# 3P - Extra

Exercicis addicionals als de classe,
relacionats amb composició de moviments

Versió 1.2

Lluís Ros
https://lluisros.github.io/mecanica

Parcial QT 2024 -25

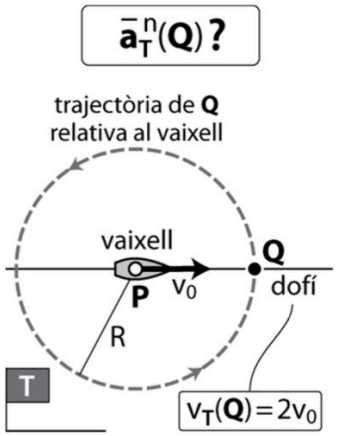


**6** El vaixell avança amb moviment de translació rectilínia de celeritat constant $v_0$ respecte del terra. El dofí **Q** descriu un moviment circular al voltant del punt **P** respecte del vaixell. Si la celeritat de **Q** respecte del terra és $2v_0$, quina és l'acceleració normal de **Q** respecte del terra per a aquesta configuració?

**A** $v_0^2/R$

**B** $3(v_0^2/R)$

**C** $4(v_0^2/R)$

**D** $(3\sqrt{3}/2)(v_0^2/R)$

**E** $(3/\sqrt{2})(v_0^2/R)$

$\bar{v}_{AB}(Q) = \bar{v}_{REL}(Q) + \bar{v}_{ar}(Q)$ REL = Vaixell, AB = T

$(?\ 2v_0) = (\uparrow v) + (\rightarrow v_0)$

Valor desconegut a priori

Dir. desconeguda a priori

No sabem $v$, però sabem que $|\bar{v}_{AB}(Q)| = 2v_0$. Tenim el triangle:

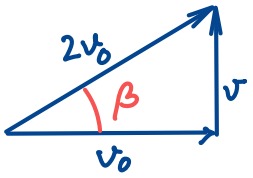


$\Longrightarrow v = \sqrt{(2v_0)^2 - v_0^2} = v_0\sqrt{3}$

Per tant

$\bar{v}_{REL}(Q) = (\uparrow \underbrace{v_0\sqrt{3}}_{ct\ (x\ enunciat)})$

$\bar{v}_{AB}(Q) = (\uparrow v_0\sqrt{3}) + (\rightarrow v_0)$

$$\bar{a}_T(Q) = \underbrace{\left(\leftarrow \frac{(\sqrt{3}v_0)^2}{R}\right)}_{\bar{a}_{REL}(Q)} + \underbrace{\bar{0}}_{\bar{a}_{ar}(Q)} + \underbrace{\bar{0}}_{\bar{a}_{cor}(Q)} = \left(\leftarrow \frac{3v_0^2}{R}\right)$$

Separem component normal:

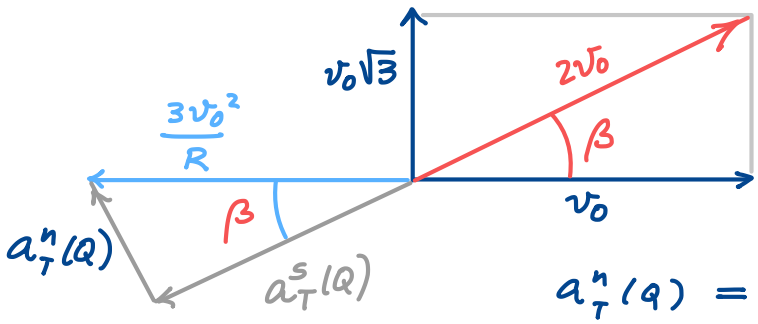


$\sin\beta = \frac{v_0\sqrt{3}}{2v_0} = \frac{\sqrt{3}}{2}$

$$a_T^n(Q) = \frac{3v_0^2}{R} \cdot \frac{\sqrt{3}}{2} = \boxed{\frac{3\sqrt{3}}{2}\frac{v_0^2}{R}}$$

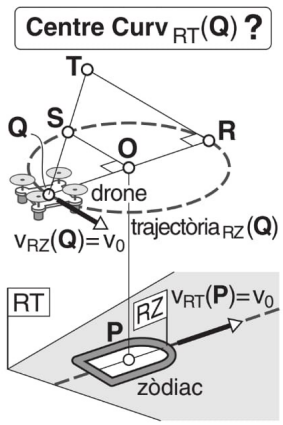


**6** Un drone sobrevola una zòdiac que es mou en línia recta respecte de l'aigua (que es considera quieta respecte al terra - RT) amb celeritat constant $v_0$. El punt **Q** del drone descriu un moviment circular uniforme vist des de la zòdiac (RZ), i en un cert instant té la velocitat representada a la figura. Quin és, per a aquest instant, el centre de curvatura de la trajectòria de **Q** respecte al terra?

Cal afegir "uniforme"

| | |
|---|---|
| A | O |
| B | P |
| C | R |
| D | S |
| E | T |

Per ubicar $CC_{RT}(Q)$ calcularem:

$$\mathcal{R}_{RT}(Q) = \frac{v_{RT}^2(Q)}{|a_{RT}^n(Q)|}$$

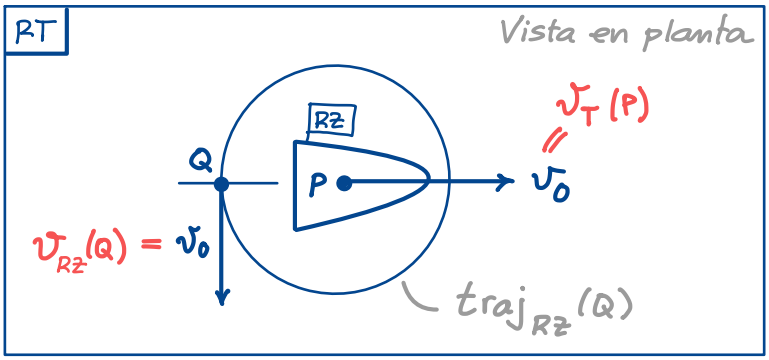


Farem comp. mov. amb | AB = RT = "Ref. terra"
REL = RZ = "Ref. zòdiac"

$$\underset{RT}{\bar{v}_{AB}(Q)} = \bar{v}_{REL}(Q) + \bar{v}_{ar}(Q) = (\downarrow v_0) + (\rightarrow v_0) = (\searrow \sqrt{2}\, v_0)$$

$$\underset{RT}{\bar{a}_{AB}(Q)} = \bar{a}_{REL}(Q) + \cancel{\bar{a}_{ar}(Q)}^{\,\vec{0}} + \overbrace{\bar{a}_{cor}(Q)}^{2\,\overbrace{\bar{\Omega}_{AB}^{REL}}^{\vec{0}} \times \bar{v}_{REL}(Q)} = \left(\rightarrow \frac{v_0^2}{R}\right)$$

Deduïm $\bar{a}_{RT}^n(Q)$

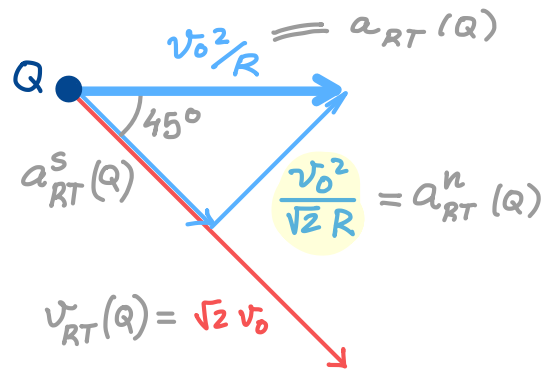


$$\longrightarrow \mathcal{R}_{RT}(Q) = \frac{(\sqrt{2}\, v_0)^2}{\frac{v_0^2}{\sqrt{2}R}} = 2R\sqrt{2}$$

Des de Q, avancem $2R\sqrt{2}$ en la dir. de $\bar{a}_{RT}^n(Q)$ i trobem que $CC_{RT}(Q) = T$

$\boxed{\text{RESP} = E}$

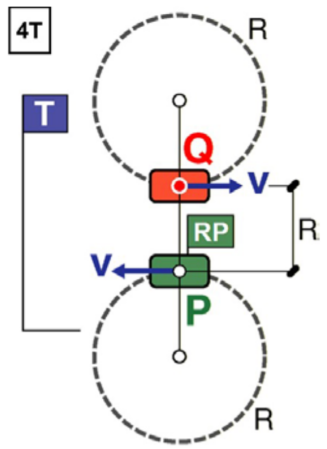


Els punts **P** i **Q** dels dos vehicles descriuen trajectòries circulars de radi R respecte del terra (T). Calcula $\bar{v}_{RP}(\mathbf{Q})$, $\bar{a}_{RP}(\mathbf{Q})$.

OBS: Considerarem que $v$ es variable pq no diuen q sigui ct.

Fem comp. mov. amb $\left| \begin{array}{l} AB = T \\ REL = RP \end{array} \right.$

$$\boxed{\bar{v}_{REL}(Q)} = \bar{v}_{AB}(Q) - \bar{v}_{ar}(Q) =$$

$$= (\rightarrow v) - (\leftarrow 2v) = \boxed{(\rightarrow 3v)}$$

$$\boxed{\bar{a}_{REL}(Q)} = \bar{a}_{AB}(Q) - \bar{a}_{ar}(Q) - \overbrace{\bar{a}_{cor}(Q)}^{2\,\bar{\Omega}_{AB}^{REL} \times \bar{v}_{REL}(Q)} =$$

$$= (\rightarrow \dot{v}) + \left(\uparrow \frac{v^2}{R}\right) - \left[(\leftarrow 2\dot{v}) + \left(\downarrow \frac{(2v)^2}{2R}\right)\right] - \underbrace{2\left[\left(\odot \frac{v}{R}\right) \times (\rightarrow 3v)\right]}_{\left(\uparrow \frac{6v^2}{R}\right)} =$$

$$= (\rightarrow \dot{v}) + \left(\uparrow \frac{v^2}{R}\right) + (\rightarrow 2\dot{v}) + \left(\uparrow \frac{2v^2}{R}\right) - \left(\uparrow \frac{6v^2}{R}\right) =$$

$$= \boxed{(\rightarrow 3\dot{v}) + \left(\downarrow \frac{3v^2}{R}\right)}$$

## $\mathcal{R}_{REL}(Q)$ i $CC_{REL}(Q)$

No els demanen, però calculem-los:

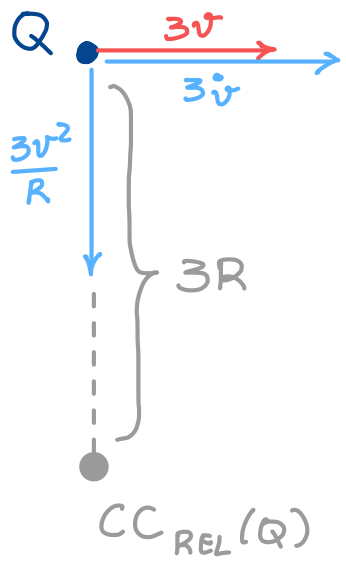


$$\boxed{\mathcal{R}_{REL}(Q)} = \frac{v_{REL}^2(Q)}{|\bar{a}^n_{REL}(Q)|} =$$

$$= \frac{(3v)^2}{\frac{3v^2}{R}} = \frac{9v^2}{\frac{3v^2}{R}} = \boxed{3R}$$

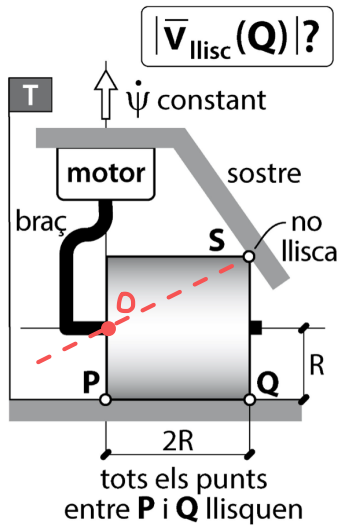


**6** La mola cilíndrica es mou impulsada per un braç que gira amb velocitat angular $\dot{\psi}$ constant respecte del terra, manté contacte puntual sense lliscament a **S** amb el sostre i llisca en el seu contacte amb el terra. Quina és la velocitat de lliscament del punt **Q** sobre el terra?

**A** 0
**B** $2R\dot{\psi}$
**C** $(3/2)R\dot{\psi}$
**D** $(1/2)R\dot{\psi}$
**E** $4R\dot{\psi}$

$EI_T^{Mola}$ = recta SO (ja que $\bar{v}_T(S_{Mola}) = \bar{v}_T(O_{Mola}) = \bar{0}$)

$$\bar{\Omega}_T^{Mola} = \bar{\Omega}_{brac}^{Mola} + \bar{\Omega}_T^{brac} = \underbrace{(\Rightarrow \dot{\varphi}) + (\Uparrow \dot{\psi})}_{\text{Ha de donar } \Rightarrow \Omega \text{ alineada amb } EI_T^{Mola}}$$

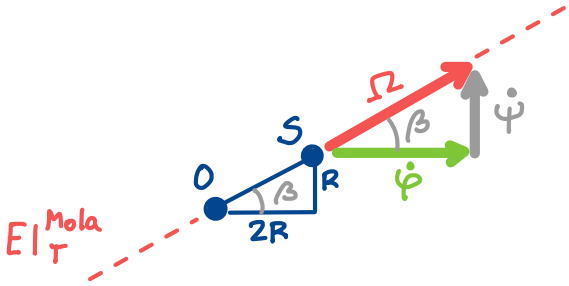


D'aquest triangle de velocitats angulars deduïm:

$$\dot{\varphi} = \frac{\dot{\psi}}{tg\,\beta} = \frac{\dot{\psi}}{\frac{R}{2R}} = 2\dot{\psi}$$

Obtenim $\bar{v}_T(Q)$ per comp. movim. amb $\left| \begin{array}{l} AB = T \\ REL = Brac \end{array} \right.$

$$\boxed{\bar{v}_T(Q)} = \cancel{\bar{v}_T(S)}^{\,\bar{0}} + \bar{\Omega}_T^{Mola} \times \overline{SQ} =$$

$$= \Big[\underbrace{(\Rightarrow 2\dot{\psi}) + (\Uparrow \dot{\psi})}_{\bar{\Omega}_T^{Mola}}\Big] \times (\downarrow 2R) = \boxed{(\otimes 4R\dot{\psi})}$$

RESP = E

Parcial 26 octubre 2022

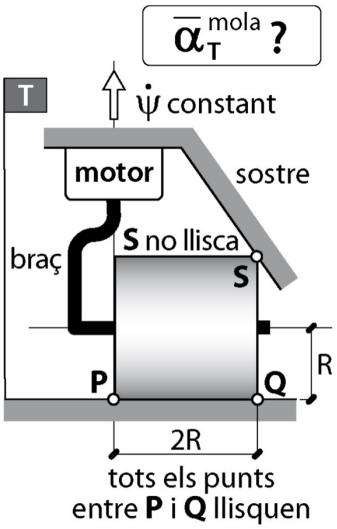


**6** La mola cilíndrica es mou impulsada per un braç que gira amb velocitat angular $\dot{\psi}$ constant respecte del terra gràcies a l'acció d'un motor. Manté contacte puntual sense lliscament a **S** amb el sostre, però llisca en el seu contacte amb el terra. Quina és la seva acceleració angular respecte del terra?

**A** 0

**B** $\dot{\psi}^2 \odot$

**C** $\dot{\psi}^2 \otimes$

**D** $2\dot{\psi}^2 \odot$

**E** $2\dot{\psi}^2 \otimes$

De l'anterior exercici

$$\bar{\Omega}_T^{Mola} = (\Rightarrow 2\dot{\psi}) + (\Uparrow \dot{\psi}) \qquad (\dot{\psi} = ct)$$

Derivem-la geomètricament

$$\boxed{\bar{\alpha}_T^{Mola} = \frac{d}{dt}\left(\bar{\Omega}_T^{Mola}\right)\Big]_T = \underbrace{(\Uparrow \dot{\psi}) \times (\Rightarrow 2\dot{\psi})}_{\text{Canvi de dir. de } \Rightarrow 2\dot{\psi}} = (\otimes\, 2\dot{\psi}^2)}$$
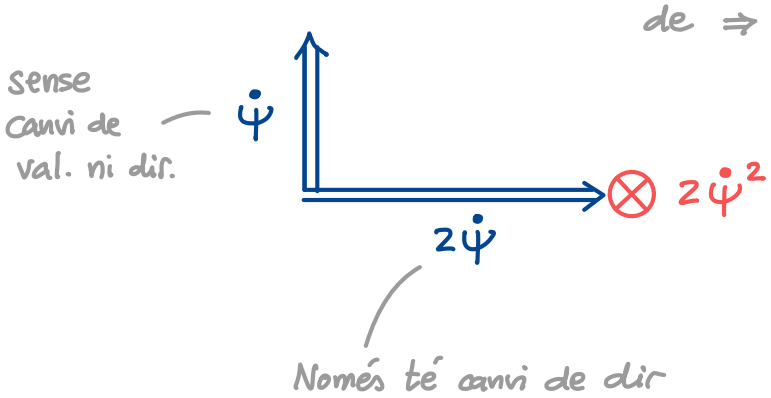
$\boxed{\text{RESP} = E}$